Onlayn riyaziyyat hazırlığı
• 2024-2025 tədris ili üzrə 11-ci sinif buraxılış imtahanında topladığı bal -283
Riyaziyyat Müəllimi: Mustafayev Vahid
Kəlbalıyeva Türkanə
Onlayn hazırlıq qruplarına qeydiyyat davam edir...
Riyaziyyat 100 bal
UĞURUNA BİR YERDƏ SEVİNƏK ...
Teleqram t.me/mustafayev_vahid_riyaziyyat
Əlaqə: +994705428960

Onlayn riyaziyyat hazırlığı
• 2024-2025 tədris ili üzrə 11-ci sinif buraxılış imtahanında topladığı bal -234
Riyaziyyat Müəllimi: Mustafayev Vahid
Əsgərov Şahlar
Onlayn hazırlıq qruplarına qeydiyyat davam edir...

Onlayn riyaziyyat hazırlığı
• 2024-2025 tədris ili üzrə 11-ci sinif buraxılış imtahanında topladığı bal -265
Riyaziyyat Müəllimi: Mustafayev Vahid
Bəyalıyeva Fədiqə
Onlayn hazırlıq qruplarına qeydiyyat davam edir...

Onlayn riyaziyyat hazırlığı
• 2024-2025 tədris ili üzrə 11-ci sinif buraxılış imtahanında topladığı bal -220
Riyaziyyat Müəllimi: Mustafayev Vahid
Zeynallı Səbinəxanım
Onlayn hazırlıq qruplarına qeydiyyat davam edir...
UĞURUNA BİR YERDƏ SEVİNƏK ...

Onlayn riyaziyyat hazırlığı
• 9-cu sinif buraxılış imtahanında topladığı bal -253,4 (Fərqlənmə)
• 11-ci sinif buraxılış imtahanında topladığı bal -247
Riyaziyyat Müəllimi: Mustafayev Vahid
Əliyeva Səadət

Onlayn abituriyent hazırlığı

Yay qrupları

11-ci sinif. İlk dərs 1 may

DƏRSLƏR HAQQINDA MƏLUMAT

- Həftədə 3 dəfə dərs ;
- 2 dəfə test izahı, 1 dəfə mövzu izahı;
- Dərs müddəti 1,5 - 2 saat arası;
- Hər mövzuya aid 2-3 Quiz
- Dərslərin qeydinə sonradan baxmaq imkanı;

Yay qrupunun ən böyük üstünlüyü proqramı tez bitirib təkrara qayıtmaqdır...

ƏLAQƏ

t.me/mustafayev_vahid_riyaziyyat

+99470-542-89-60

1. Ədədlərdən hansılar $2x \leq 8$ bərabərsizliyini ödəyir?

I. 2 II. 4 III. 6 IV. 5 V. 0

A) II, III B) II, IV C) I, II, V
D) II, III, V E) I, III, IV

2. İki zər eyni zamanda bir dəfə atıldıqda üst üzə düşən xalların cəminin 6-dan kiçik olmaması hadisəsinin ehtimalını tapın.

A) $\frac{11}{12}$ B) $\frac{2}{3}$ C) $\frac{5}{6}$ D) $\frac{17}{36}$ E) $\frac{13}{18}$

3. $\left(2\frac{1}{3} - 1\frac{1}{9}\right) : 7\frac{1}{3} + \frac{3}{4}$ ifadəsinin qiymətini hesablayın.

A) $\frac{5}{12}$ B) $1\frac{1}{6}$ C) $1\frac{5}{6}$ D) $1\frac{11}{12}$ E) $\frac{11}{12}$

4. ƏBOB (32;68) · ƏKOB (32;68) hasilini hesablayın.

A) 4352 B) 1626 C) 1088 D) 2176 E) 3252

5. Tərəfi 10 sm olan ABCD kvadratında M və N, uyğun olaraq, BC və CD tərəflərinin orta nöqtələri olarsa, AMCN dördbucaqlısının sahəsini tapın.

A) 50 sm^2
B) 75 sm^2
C) 90 sm^2
D) 40 sm^2
E) 45 sm^2

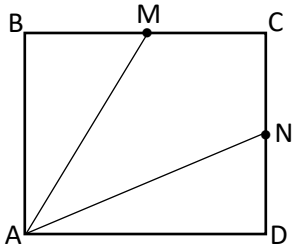

6. $\frac{15x^2y^2}{a^8} \cdot \frac{2a}{25x^2y}$ ifadəsini sadələşdirin.

A) $\frac{6y}{5a^7}$ B) $\frac{10a^9}{9y^3}$ C) $\frac{5a^9}{9y^6}$
D) $\frac{a^9}{10y^3}$ E) $\frac{6y^2}{5a^8}$

7. $(2x^2 + 3y)^2 + (2x^2 - 3y)(3y + 2x^2)$ ifadəsini çoxhədli şəklində göstərin.

A) $6x^4 - x^2y$ B) $4x^4 - 9y^2$ C) $4x^4 + 6x^2y$
D) $8x^4 + 9x^2y$ E) $8x^4 + 12x^2y$

8. $\frac{|-7{,}5| - |3{,}3|}{2}$ ifadəsinin qiymətini hesablayın.

A) – 2,1 B) 2,1 C) – 4,2 D) 3,1 E) 4,2

9. $\begin{cases} y - x = 10, \\ 2x + y = -23 \end{cases}$ tənliklər sistemindən 4y – x ifadəsinin qiymətini hesablayın.

A) 8 B) 15 C) 7 D) – 7 E) – 15

10. Qrafikə əsasən düz xəttin bucaq əmsalını tapın.

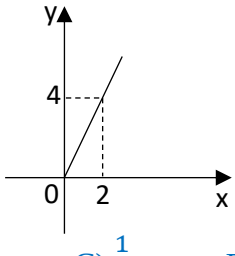

A) 3 B) 2 C) $\frac{1}{4}$ D) $\frac{1}{2}$ E) $\frac{1}{3}$

t.me/mustafayev_vahid_riyaziyyat

11. Radiusu 19 sm olan çevrənin mərkəzindən 25 sm məsafədəki nöqtədən çevrəyə qədər olan ən kiçik məsafəni tapın.

A) 6,5 sm B) 12 sm C) 9 sm

D) 6 sm E) 4,5 sm

12. AD = 15 sm, AB = 7 sm, BC = CD olarsa, BC – ni tapın.

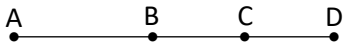

A) 6 sm B) 3 sm C) 5 sm D) 4 sm E) 2 sm

13. Sinifdəki şagirdlərin sayı 30-dan çox, 40-dan isə azdır. Onları həm iki-iki, həm də üç-üç oturtmaq mümkün olarsa, sinifdə neçə şagird var?

A) 36 B) 30 C) 32 D) 34 E) 38

14. Ölçüləri 3 sm, 5 sm və 8 sm olan düzbucaqlı paralelepipedin tam səthinin sahəsini hesablayın.

A) 158 sm^2 B) 170 sm^2 C) 79 sm^2

D) 237 sm^2 E) 85 sm^2

15. Sabir və Vahid müəyyən sayda qələmi elə böldülər ki, Sabirə 39, Vahidə isə bütün qələmlərin 48%-i çatdı. Nə qədər qələm var idi?

A) 100 B) 80 C) 52 D) 75 E) 68

16. $\sqrt[4]{6+2\sqrt{5}} \cdot \sqrt[4]{6-2\sqrt{5}}$ ifadəsinin qiymətini hesablayın.

17. Bərabəryanlı üçbucaqda yan tərəfə paralel olan orta xəttin uzunluğu 4-dür. Üçbucağın perimetri 22 olarsa, oturacağının uzunluğunu tapın.

18. y-in hansı qiymətində A(6; y) və B(4; 5) nöqtələri arasındakı məsafə 2-yə bərabərdir?

19. Kazım öz puluna 8 dəftər, 5 karandaş, və ya 6 dəftər, 8 karandaş ala bilər. Dəftərin qiyməti karandaşın qiymətindən neçə dəfə çoxdur?

20. Uşaq anadan olanda atası 25 yaşında idi. İndi onların yaşları cəmi 45 olarsa, uşağın neçə yaşı var?

21. $\dfrac{48^2-32^2}{21^2-19^2}$ ifadəsinin qiymətini hesablayın.

t.me/mustafayev_vahid_riyaziyyat

22 – 25 saylı tapşırıqları "Cavab vərəqləri"ndə cavablandırın.

22. İki fəhlə birlikdə tapşırığı 8 saata yerinə yetirir. Birinci fəhlə təklikdə həmin tapşırığı ikincidən 12 saat tez yerinə yetirir. Birinci fəhlə təklikdə bu tapşırığı nə qədər vaxta yerinə yetirər?

23. Düzbucaqlının bucaqlarından birinin tənböləni onun tərəfini yarıya bölür. Düzbucaqlının kiçik tərəfi 4 sm-ə bərabərdir. Onun perimetrini tapın.

24. Stolun üzərindəki dik duran qələmə ondan 150 sm uzaqlıqdan fənər tutularsa, qələmin arxasındakı divarda 48 sm uzunluğunda kölgəsi əmələ gəlir. Qələmin hündürlüyü 30 sm olarsa, qələm ilə kölgəsi arasındakı məsafəni tapın.

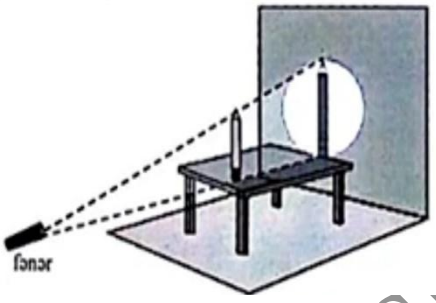

25. 22 şagirddən ibarət sinifdə, yalnız rus dili fənnindən məqbul qiymət alanların sayı yalnız ingilis dili fənnindən məqbul qiymət alanların sayından 3 nəfər az, həm rus, həm də ingilis dili fənnindən məqbul qiymət alanların sayı isə 7 nəfər olarsa, yalnız ingilis dili fənnindən məqbul qiymət alanların sayını tapın.

t.me/mustafayev_vahid_riyaziyyat

Doğru cavablar.

1. C
2. E
3. E
4. D
5. A
6. A
7. E
8. B
9. C
10. B
11. D
12. D
13. A
14. A
15. D
16. 2
17. 6
18. 5
19. 1,5
20. 10
21. 16
22. 12
23. 24
24. 90
25. 9

t.me/mustafayev_vahid_riyaziyyat